17. 직사각형 $A_1B_1C_1D_1$에서 $\overline{A_1B_1}=1$, $\overline{A_1D_1}=2$이다. 그림과 같이 선분 A_1D_1과 선분 B_1C_1의 중점을 각각 M_1, N_1이라 하자. 중심이 N_1, 반지름의 길이가 $\overline{B_1N_1}$이고 중심각의 크기가 $\frac{\pi}{2}$인 부채꼴 $N_1M_1B_1$을 그리고, 중심이 D_1, 반지름의 길이가 $\overline{C_1D_1}$이고 중심각의 크기가 $\frac{\pi}{2}$인 부채꼴 $D_1M_1C_1$을 그린다. 부채꼴 $N_1M_1B_1$의 호 M_1B_1과 선분 M_1B_1로 둘러싸인 부분과 부채꼴 $D_1M_1C_1$의 호 M_1C_1과 선분 M_1C_1로 둘러싸인 부분인 모양에 색칠하여 얻은 그림을 R_1이라 하자.

그림 R_1에 선분 M_1B_1 위의 점 A_2, 호 M_1C_1 위의 점 D_2와 변 B_1C_1 위의 두 점 B_2, C_2를 꼭짓점으로 하고 $\overline{A_2B_2}:\overline{A_2D_2}=1:2$인 직사각형 $A_2B_2C_2D_2$를 그리고, 직사각형 $A_2B_2C_2D_2$에서 그림 R_1을 얻는 것과 같은 방법으로 만들어지는 모양에 색칠하여 얻은 그림을 R_2라 하자.

이와 같은 과정을 계속하여 n번째 얻은 그림 R_n에 색칠되어 있는 부분의 넓이를 S_n이라 할 때, $\lim_{n\to\infty} S_n$의 값은? [4점]

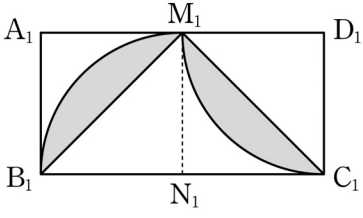

R_1

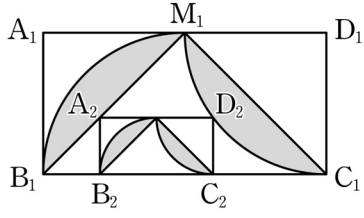

R_2

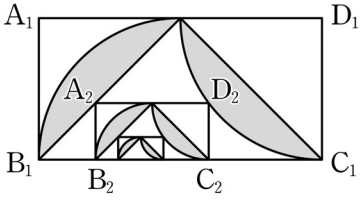

R_3

…

…

① $\frac{25}{19}\left(\frac{\pi}{2}-1\right)$ ② $\frac{5}{4}\left(\frac{\pi}{2}-1\right)$ ③ $\frac{25}{21}\left(\frac{\pi}{2}-1\right)$

④ $\frac{25}{22}\left(\frac{\pi}{2}-1\right)$ ⑤ $\frac{25}{23}\left(\frac{\pi}{2}-1\right)$