18. 그림과 같이 $\overline{A_1D_1}=2$, $\overline{A_1B_1}=1$인 직사각형 $A_1B_1C_1D_1$에서 선분 A_1D_1의 중점을 M_1이라 하자. 중심이 A_1, 반지름의 길이가 $\overline{A_1B_1}$이고 중심각의 크기가 $\frac{\pi}{2}$인 부채꼴 $A_1B_1M_1$을 그리고, 부채꼴 $A_1B_1M_1$에 색칠하여 얻은 그림을 R_1이라 하자. 그림 R_1에서 부채꼴 $A_1B_1M_1$의 호 B_1M_1이 선분 A_1C_1과 만나는 점을 A_2라 하고, 중심이 A_1, 반지름의 길이가 $\overline{A_1D_1}$인 원이 선분 A_1C_1과 만나는 점을 C_2라 하자. 가로와 세로의 길이의 비가 $2:1$이고 가로가 선분 A_1D_1과 평행한 직사각형 $A_2B_2C_2D_2$를 그리고, 직사각형 $A_2B_2C_2D_2$에서 그림 R_1을 얻는 것과 같은 방법으로 만들어지는 부채꼴에 색칠하여 얻은 그림을 R_2라 하자.

이와 같은 과정을 계속하여 n번째 얻은 그림 R_n에 색칠되어 있는 부분의 넓이를 S_n이라 할 때, $\lim_{n\to\infty} S_n$의 값은? [4점]

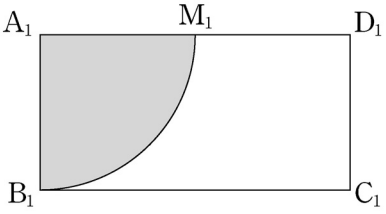

R_1

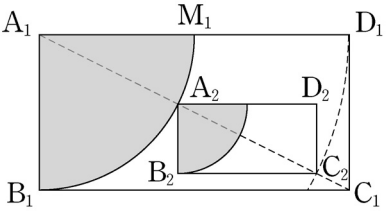

R_2

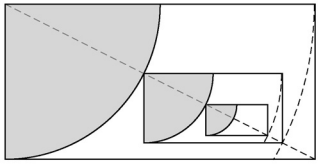

R_3

$\cdots$

$\cdots$

① $\frac{5}{16}\pi$ ② $\frac{11}{32}\pi$ ③ $\frac{3}{8}\pi$

④ $\frac{13}{32}\pi$ ⑤ $\frac{7}{16}\pi$