13. 그림과 같이 한 변의 길이가 5인 정사각형 ABCD의 대각선 BD의 5등분점을 점 B에서 가까운 순서대로 각각 P_1, P_2, P_3, P_4라 하고, 선분 BP_1, P_2P_3, P_4D를 각각 대각선으로 하는 정사각형과 선분 P_1P_2, P_3P_4를 각각 지름으로 하는 원을 그린 후, 모양의 도형에 색칠하여 얻은 그림을 R_1이라 하자.

그림 R_1에서 선분 P_2P_3을 대각선으로 하는 정사각형의 꼭짓점 중 점 A와 가장 가까운 점을 Q_1, 점 C와 가장 가까운 점을 Q_2라 하자. 선분 AQ_1을 대각선으로 하는 정사각형과 선분 CQ_2를 대각선으로 하는 정사각형을 그리고, 새로 그려진 2개의 정사각형 안에 그림 R_1을 얻는 것과 같은 방법으로 모양의 도형을 각각 그리고 색칠하여 얻은 그림을 R_2라 하자.

그림 R_2에서 선분 AQ_1을 대각선으로 하는 정사각형과 선분 CQ_2를 대각선으로 하는 정사각형에 그림 R_1에서 그림 R_2를 얻는 것과 같은 방법으로 모양의 도형을 각각 그리고 색칠하여 얻은 그림을 R_3이라 하자.

이와 같은 과정을 계속하여 n번째 얻은 그림 R_n에 색칠되어 있는 부분의 넓이를 S_n이라 할 때, $\lim_{n\to\infty} S_n$의 값은? [3점]

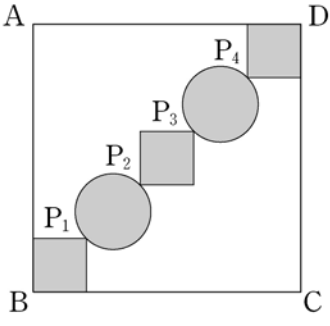

R_1

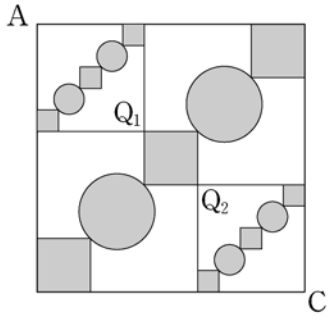

R_2

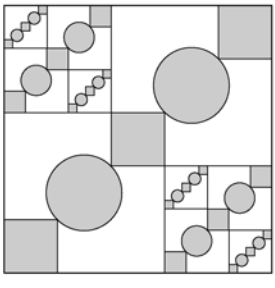

R_3

…

① $\frac{24}{17}(\pi+3)$ ② $\frac{25}{17}(\pi+3)$ ③ $\frac{26}{17}(\pi+3)$

④ $\frac{24}{17}(2\pi+1)$ ⑤ $\frac{25}{17}(2\pi+1)$